第四次



忧郁牛牛

bili 小红书

1.（2016 事业联考E）2016年某公司要扩大规模，招聘的本科生和研究生分别比去年校招多12%和15%，而本科生和研究生多招的人数刚好相同。则去年该公司招聘的本科生比研究生?

A 多20%

B 少20%

C 多25%

D 少25%

4:5.
5:4
本研.

年龄差不变

2.（2019 阜阳）小王对小李说：“当我的岁数是你现在的岁数的时候，你才15岁。”小李对小王说：“我的岁数和你现在岁数一样的时候，你39岁。”那么小王和小李现在各几岁？

A 32岁，23岁

B 31岁，17岁

C 31岁，18岁

D 31岁，23岁

优郁牛牛 bili 小红书

3.（2019 福建）有大、中、小三个池口都是正方形的长方体水池，已知中、小水池的池口边长分别为50cm和40cm。把两堆石子分别沉入中、小池内，这两个水池的水面分别上升了8cm和10cm。把两堆石子都沉入大水池，水面上升了10cm。那么大水池的池口边长是多少？

A 60cm

B 65cm

C 70cm

D 75cm

4.（2023 合肥）若王某将40万元存款分成2份进行投资，一年后，两种投资方式的年收益率分别为6%、7%，收益额共计为2.5万元，则王某用于7%的投资方式的投资额为多少万元？

A 10

B 12

C 13

D 15

鸡兔

盐水 → 平均收益：2.5w ÷ 40w = 6.25%

6 〈 30 10 〉

忧郁牛牛
bili 小红书

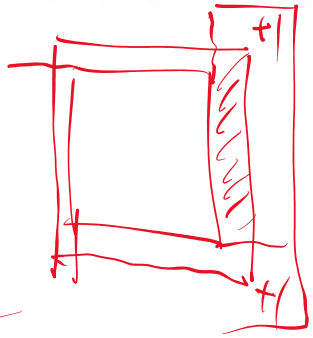
5.（2021 合肥）某年级若干名学生排成一个方阵学习太极拳，已知方阵由外到内第三层有76人，则该方阵共有学生几人？

A 484

B 529

C 576

D 625



19人

边 = 20人

二 22

一 24

显眼。

6.（2021 事业联考B）某公司推出4款杯子，分别为陶瓷杯、玻璃杯、木质杯和不锈钢杯，现将4个杯子放进展柜排成一排展示，要求玻璃杯不能放在两端，木质杯和不锈钢杯不能相邻，那么可能会出现多少种排列方式？

A 8

B 12

C 16

D 20



×2

6-2=4

陶：自动 1.

4吃草

7.（2019 合肥）某巨型液体原料反应釜需进行定期浸泡清洗。打开入水口，持续向釜中注入清洗液，一段时间后，保持注液速度不变的同时，用2台抽水机同时向外排液，40分钟可排空；而若用4台抽水机同时排液，则只需16分钟即可完成作业。现计划10分钟完成作业，则需要几台抽水机同时作业？

A 5

B 6

C 7

D 8

2:5 清空速度

4倍。

3分 2份

1 $\frac{2}{3}$份

$\frac{4}{3}$, $\frac{10}{3}$

$\frac{16}{3}+\frac{2}{3}=6$份

4:1 新(固定)。

8. （2025 重庆A）甲和乙进行跳棋比赛，约定谁先取得四盘胜利就算最终获胜。两人水平相近，甲每盘获胜概率都是50%，如果三盘过后甲的最终获胜概率是$\frac{11}{16}$，那么前三盘甲与乙的比分是？

A 3:0

B 2:1

C 0:3

D 1:2

甲乙平等

优。

3-0.

4局中1局.

$\frac{15}{16}$

9. （2019 安庆）如下图所示，正方形ABCD中，AB=1，AD与BC都是以1为半径的圆弧，则无阴影的两部分面积之差为？

A $\frac{\pi}{2}-1$

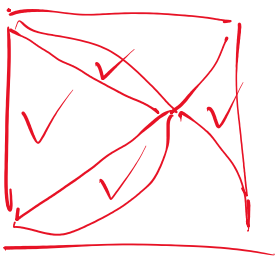
B $1-\frac{\pi}{4}$

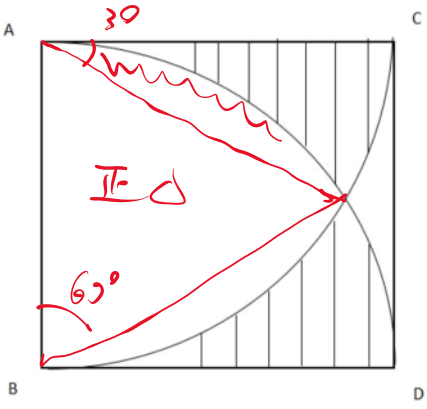
C $\frac{\pi}{8}-1$

D $1-\frac{\pi}{6}$

S阴

60° pizza





bili 小红书

10.（2018 事业联考A）某雷达站位于点O，其有效探测范围为以点O为中心，半径200公里的圆形。在点O东偏北15°方向，与点O相距320公里处有一架直升飞机，以300千米/小时的速度向正西南方向飞行。问该飞机有多少分钟在雷达站的有效探测范围以内？

A 40

B 44

C 48

D 50

