忧郁牛牛 bili 小红书

1.（2023 福建）某人批发了若干圆珠笔，如果将圆珠笔消费的资金用来买铅笔，则多买40支，如果用来买钢笔则少买9支，已知每支铅笔1角5分钱，每支钢笔2元6角钱，则每支圆珠笔的单价是？

A 5角8分

B 5角6分

C 6角5分

D 6角8分

单价 15：260

件数：260：15. 多4支.

245份 5份←1支

52支 支

52×15分 ÷12 = 65分.
13×5

忧郁牛牛 bili 小红书

2.（2019 福建）如图，在一个平行四边形中，两对平行于边的直线将这个大平行四边形的面积分为九个小平行四边形，如果大平行四边形的面积为99cm²，而中间那个阴影部分（小平行四边形）的面积为19cm²，则四边形ABCD的面积为？

A 36cm²

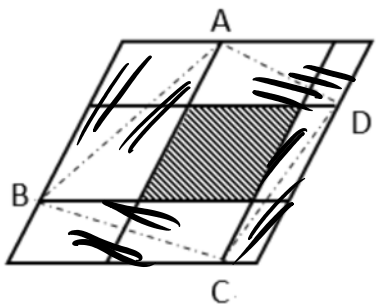
B 42cm²

C 48cm²

D 59cm²

99 19

$ABCD = 19 + \frac{99-19}{2}$



C

D 59cm²

忧郁牛牛 bili 小红书

3.（2018 云浮）抽屉里有4种卡片，分别写有数字1、2、3和4。如果从中取出10张卡片，卡片上的数字之和是28，则写有数字2的卡片最多有几张？

A 5

B 6

C 7

D 8

忧郁牛牛 bili 小红书

30、是10

4.（2022 广州）2010年，小琴对小西说：“我的年龄是你年龄的3倍。”到2014年，小西对小琴说：“再过6年，你的年龄就是我年龄的2倍。”则2004年，小琴年龄是小西年龄的几倍？

A 8

B 6

C 4

D 2

2020年2倍.

是20.

年龄差.

2×西

1×西

1:2

24. 4.

忧郁牛牛 bili 小红书

① 8k+4

5.（2019 合肥）某公司举行年会，若5名男员工和3名女员工坐一桌，则男员工多出4名，女员工刚好分配完；若7名男员工和3名女员工坐一桌，则男员工刚好分配完，女员工多出12名。那么该公司男员工和女员工共有几名？

② 10m+12 尾.

A 108

B 120

C 132

D 144

6.（2020 宜宾）飞行员前4分钟用半速飞行，后4分钟用全速飞行，在8分钟内一共飞行了72千米，则飞机全速飞行的时速是？

A 360千米

B 540千米

C 720千米

D 840千米

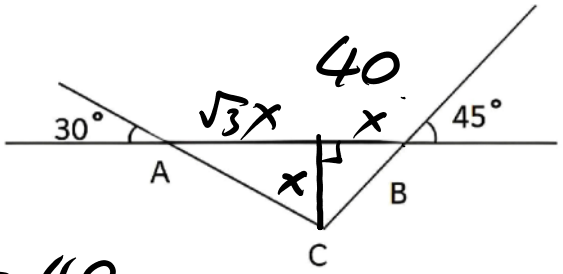
7.（2023 福建）如图，某考古队在一个土坡下发现了一个古墓，位置在图中点C处，考古队从土坡两侧同一水平线上的A、B两点进行探测。已知A、B两点的直线距离为40米，探测线AC、BC与水平线AB的夹角分别是和，那么古墓所在点C与水平线AB的距离

A 20

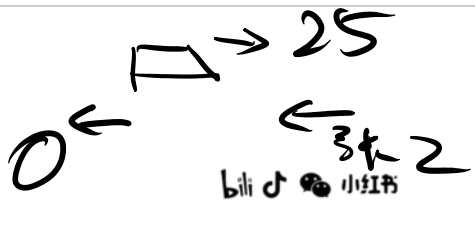
B 20（$\sqrt{2}$+1）

C 20（$\sqrt{3}$+1）

D 20（$\sqrt{3}$-1）



2x = 40 cos 1°



忧郁牛牛 bili 小红书

3 1

8.（2023 重庆C）老张在匀速行驶的公交车上看见好友老李正沿相反方向匀速行走，2分钟后公交车到站，老张下车后立即去追老李，若老张的追赶速度是老李步行速度的3倍，是公交车速度的$\frac{1}{8}$。问老张用多少分钟才能追上老李？

24

参考系变换！

A 18

B 25

C 30

D 36

1. 老李 不动

2. 张 ⏢ → 2min × 25

3. ← 走 ÷ 2 = 25

差9的倍数

9.（2024 河北）有两个两位数的奇数，其中一个数的个位与十位对换后与另一个数相乘，积为325。这两个数的积是多少？

被9除余数不变 × 分解质因数 找等约数？

A 775

B 735 15X

C 676 X

D 1612 +1 X

$a \times b = 325$

$(a+9k) \times b = 325$ +1

9kb

一定是5的倍数

75
25

57 → 25

10.（2024 河北）两个暗箱中装着颜色有别的小球，若一个暗箱中5个黑色3个白色，另一暗箱中4个黑色6个白色，那么从两个暗箱中各取出一个小球，颜色相同的概率是多少？

分类 = 2黑 or 2白

A 9/40

B 3/8

C 19/40

D 21/40

$\frac{5}{8} \times \frac{4}{10}$

$\frac{3}{8} \times \frac{6}{10}$

$\frac{38}{80}$